UNICAMP	**UNIVERSIDADE ESTADUAL DE CAMPINAS** **COLÉGIO TÉCNICO DE LIMEIRA**			
	Aluno(a):		TURMA	1 AGN
	Aluno(a):			
	Disciplina: MATEMÁTICA	DATA: 11/06/2025	NOTA	
	Professor: BIAZZI	ATIVIDADE - SEMESTRE 1		

1. Determine onde o gráfico da função a seguir intersecta os eixos x e y e esboce o gráfico da função $f(x) = 2x + 4$.

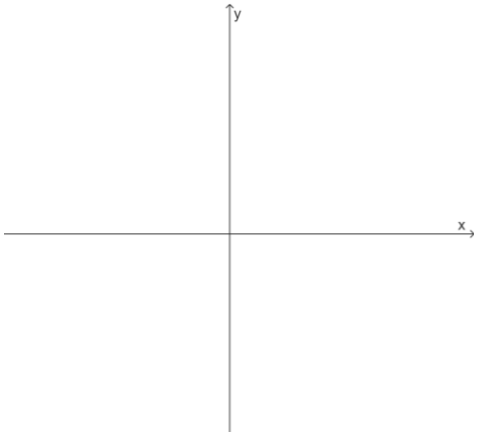

2. Determine a lei da função f, representada no gráfico a seguir

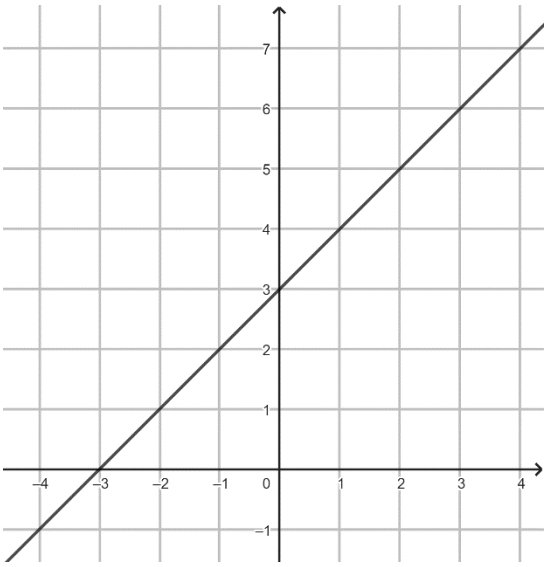

3. No plano cartesiano abaixo está representado o gráfico da função f, no qual os pontos pretos destacados são os pontos em que o gráfico passa sobre os cruzamentos da malha.

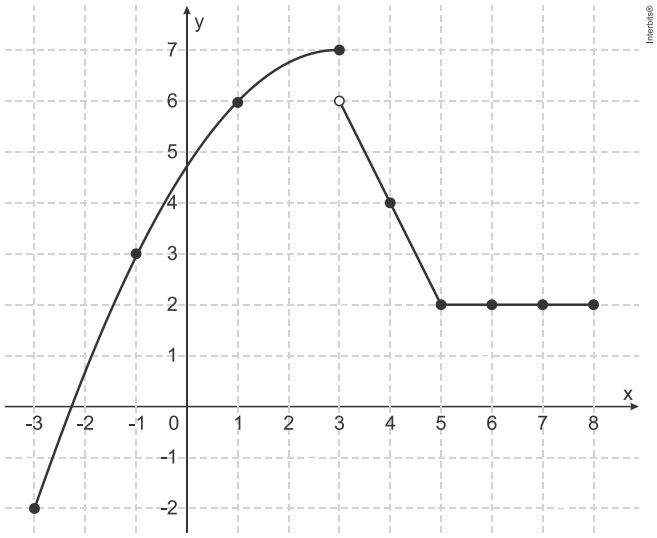

Seja $E = f(-3) + f(-1) + f(3) - f(4) + f(5)$. Calcule o valor de E.

4. Dada a função $f: \mathrm{A} \to \mathrm{B}$, com $\mathrm{A} = \{1; 2; 3; 4; 5\}$ e $\mathrm{B} = \{1; 3; 5; 7; 9; 11\}$, represente essa função usando o diagrama de flechas, sendo que $f(x) = 2x - 1$.

5. Dado o seguinte gráfico de função, determine o seu domínio e imagem.

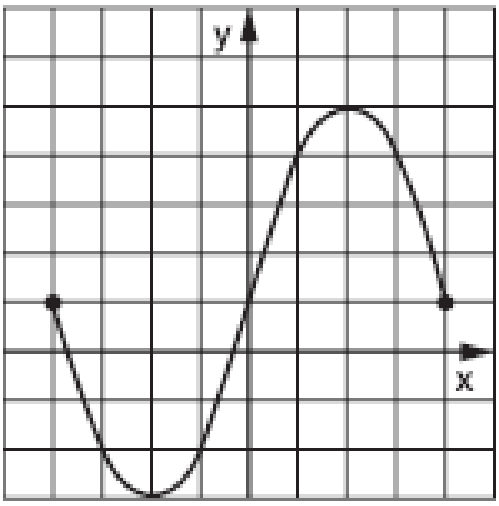

6. 16. Na figura a seguir, tem-se o gráfico de uma reta que representa a quantidade, medida em mL, de um medicamento que uma pessoa deve tomar em função de seu peso, dado em kgf, para tratamento de determinada infecção. O medicamento deverá ser aplicado em seis doses.

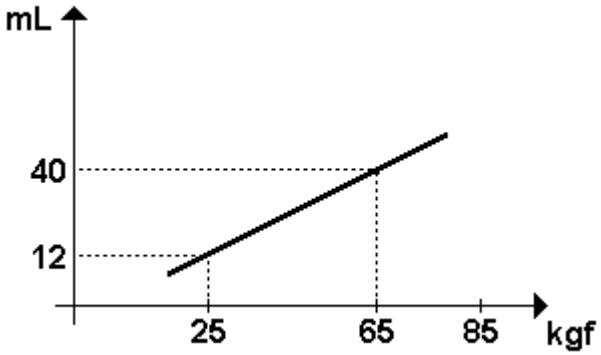

Qual a dose que uma pessoa que pesa 85kgf receberá?

7. Um dos grandes desafios do Brasil é o gerenciamento dos seus recursos naturais, sobretudo os recursos hídricos. Existe uma demanda crescente por água e o risco de racionamento não pode ser descartado. O nível de água de um reservatório foi monitorado por um período, sendo o resultado mostrado no gráfico. Suponha que essa tendência linear observada no monitoramento se prolongue pelos próximos meses.

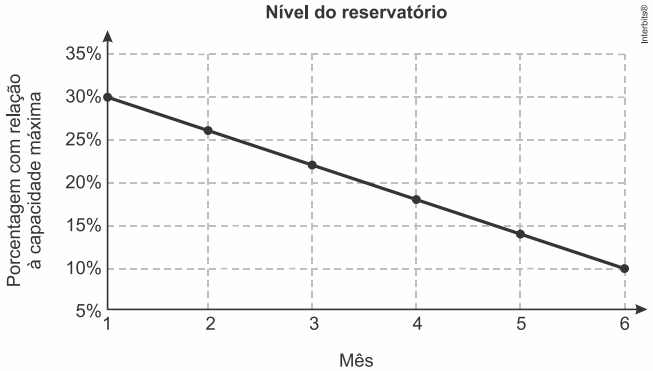

Nas condições dadas, qual o tempo mínimo, para que o reservatório atinja o nível zero de sua capacidade?