UNICAMP	**UNIVERSIDADE ESTADUAL DE CAMPINAS** **COLÉGIO TÉCNICO DE LIMEIRA**			
	Aluno(a):		TURMA	1 DSN
	Aluno(a):			
	Disciplina: MATEMÁTICA	DATA: 10/06/2025	NOTA	
	Professor: BIAZZI	ATIVIDADE - SEMESTRE 1		

1. Determine onde o gráfico da função a seguir intersecta os eixos x e y e esboce o gráfico da função $f(x) = 2x - 6$.

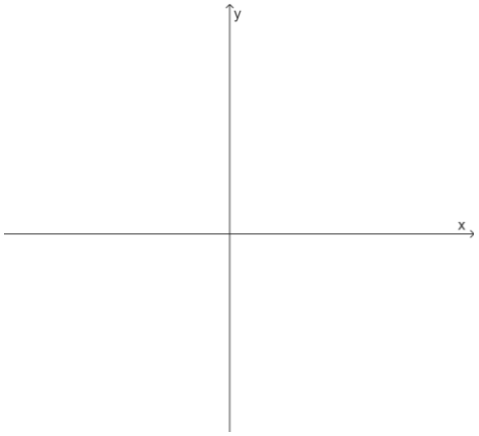

2. Determine a lei da função f, representada no gráfico a seguir

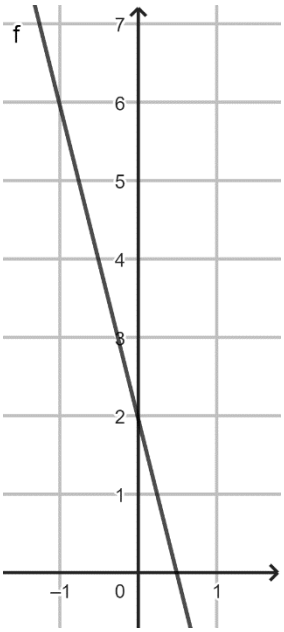

3. Uma pessoa caminha por 30 minutos e utiliza um aplicativo instalado em seu celular para monitorar a variação da intensidade do sinal de internet recebido pelo aparelho durante o deslocamento. Chegando ao seu destino, o aplicativo forneceu este gráfico:

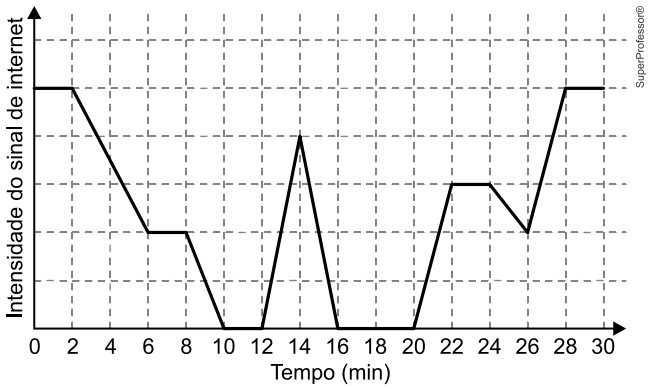

Por quantos minutos, durante essa caminhada, o celular dessa pessoa ficou sem receber sinal de internet?

4. Dada a função $f: \mathrm{A} \to \mathrm{B}$, com $\mathrm{A} = \{0; 1; 2; 3; 4; 5\}$ e $\mathrm{B} = \{1; 3; 5; 7; 9; 11; 13\}$, represente essa função usando o diagrama de flechas, sendo que $f(x) = 2x + 1$.

5. Dado o seguinte gráfico de função, determine o seu domínio e imagem.

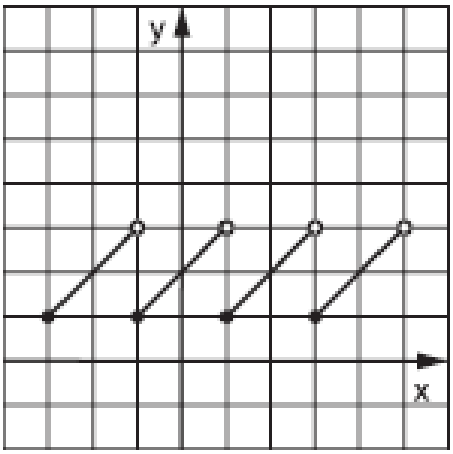

6. No gráfico abaixo, está representada a relação que estabelece qual deve ser o preço y, em reais, para que sejam vendidas x unidades de determinado produto por dia.

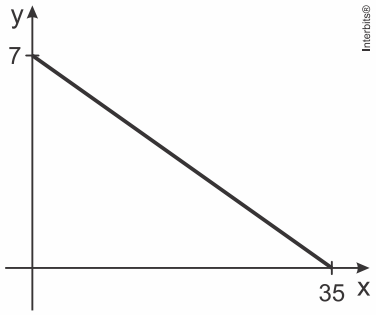

Determine a lei que relaciona o valor y, em função de x. Em seguida determine qual deve ser o preço, em reais, para que sejam vendidas 28 unidades por dia.

7. O gráfico representa a variação da temperatura T, medida em graus Celsius, de uma barra de ferro em função do tempo t, medido em minutos.

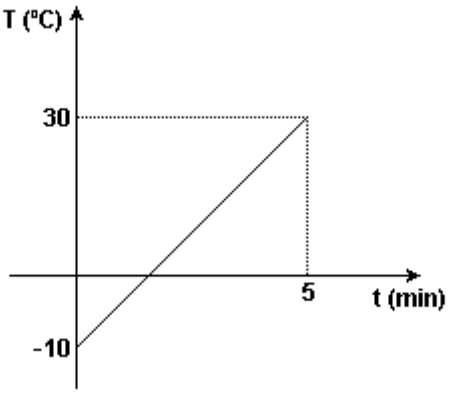

Com base nas informações do gráfico, em que instante pode-se estimar que a temperatura dessa barra atingiu 0°C?