UNICAMP	**UNIVERSIDADE ESTADUAL DE CAMPINAS** **COLÉGIO TÉCNICO DE LIMEIRA**			
	Aluno(a):		TURMA	1 MEN
	Aluno(a):			
	Disciplina: MATEMÁTICA	DATA: 09/06/2025	NOTA	
	Professor: BIAZZI	ATIVIDADE - SEMESTRE 1		

1. Determine onde o gráfico da função a seguir intersecta os eixos x e y e esboce o gráfico da função $f(x) = -2x + 4$.

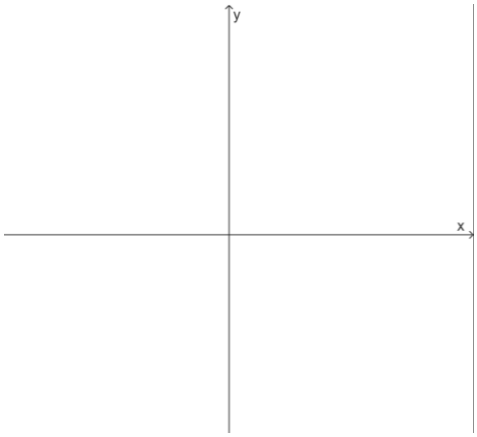

2. Determine a lei da função f, representada no gráfico a seguir

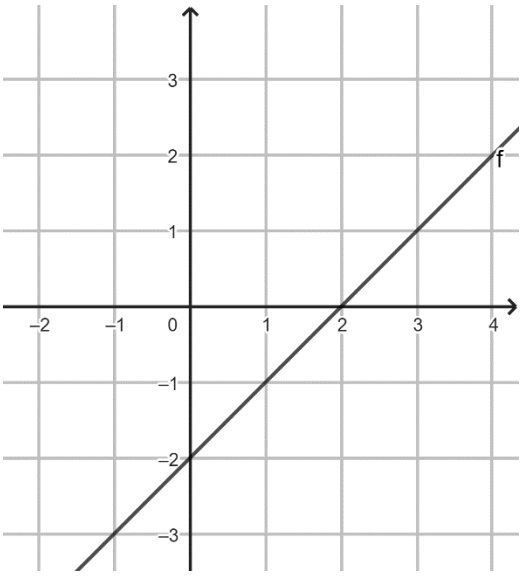

3. Uma pessoa caminha por 30 minutos e utiliza um aplicativo instalado em seu celular para monitorar a variação da intensidade do sinal de internet recebido pelo aparelho durante o deslocamento. Chegando ao seu destino, o aplicativo forneceu este gráfico:

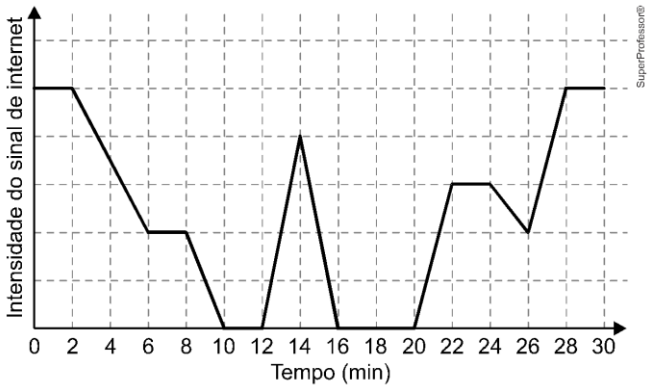

Por quantos minutos, durante essa caminhada, o celular dessa pessoa ficou sem receber sinal de internet?

4. Dada a função $f: A \to B$, com $A = \{1; 2; 3; 4; 5\}$ e $B = \{1; 2; 3; 4; 5; 6; 7\}$, represente essa função usando o diagrama de flechas, sendo que $f(x) = x + 1$.

5. Dado o seguinte gráfico de função, determine o seu domínio e imagem.

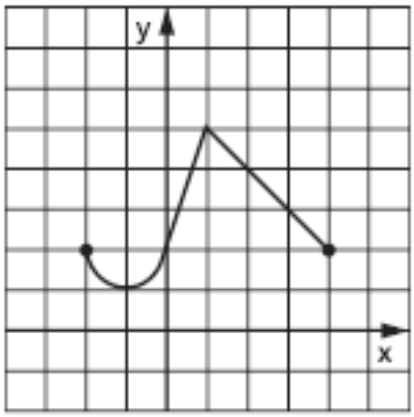

6. Na figura a seguir, tem-se o gráfico de uma reta que representa a quantidade, medida em mL, de um medicamento que uma pessoa deve tomar em função de seu peso, dado em kgf, para tratamento de determinada infecção. O medicamento deverá ser aplicado em seis doses.

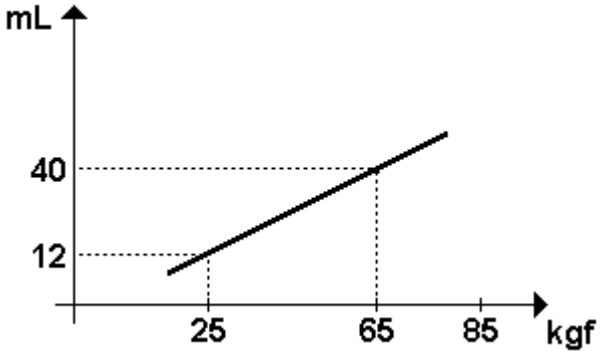

Qual a dose que uma pessoa que pesa 100 kgf receberá?
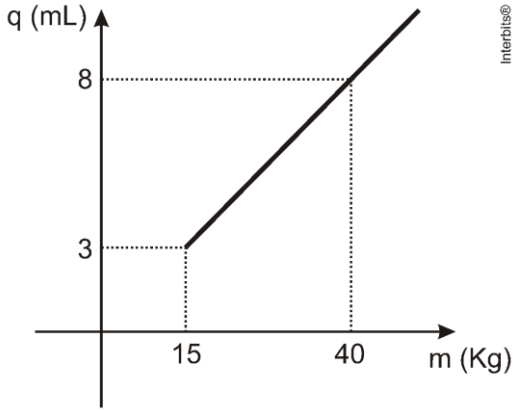
7. O soro antirrábico é indicado para a profilaxia da raiva humana após exposição ao vírus rábico. Ele é apresentado sob a forma líquida, em frasco ampola de 5mL equivalente a 1000UI (unidades internacionais). O gráfico abaixo indica a quantidade de soro (em mL) que um indivíduo deve tomar em função de sua massa (em kg) em um tratamento de imunização antirrábica.
Qual a quantidade de soro que uma pessoa que possui uma massa de 100kg deve ingerir?